РЕШУ ЕГЭ — математика профильная

1. Тип 1 № 500246

Треугольник ABC вписан в окружность с центром O. Найдите угол BOC, если угол BAC равен $32°$.

2. Тип 1 № 245385

Найдите центральный угол AOB, если он на $15°$ больше вписанного угла ACB, опирающегося на ту же дугу. Ответ дайте в градусах.

3. Тип 1 № 27857

Чему равен острый вписанный угол, опирающийся на хорду, равную радиусу окружности? Ответ дайте в градусах.

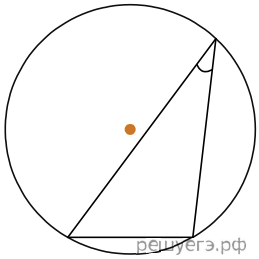

4. Тип 1 № 27859

Чему равен тупой вписанный угол, опирающийся на хорду, равную радиусу окружности? Ответ дайте в градусах.

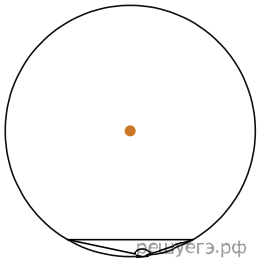

5. Тип 1 № 27863

Центральный угол на $36°$ больше острого вписанного угла, опирающегося на ту же дугу окружности. Найдите вписанный угол. Ответ дайте в градусах.

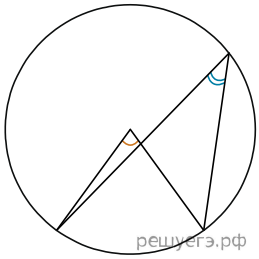

6. Тип 1 № 27864

Найдите вписанный угол, опирающийся на дугу, которая составляет $\frac{1}{5}$ окружности. Ответ дайте в градусах.

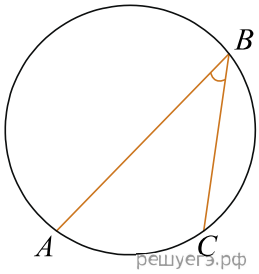

7. Тип 1 № 27866

Дуга окружности AC, не содержащая точки B, составляет 200°. А дуга окружности BC, не содержащая точки A, составляет 80°. Найдите вписанный угол ACB. Ответ дайте в градусах.

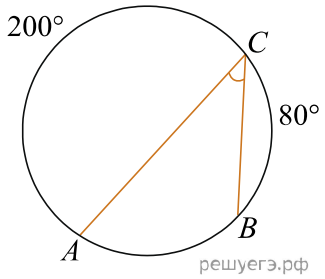

8. Тип 1 № 27869

В окружности с центром O отрезки AC и BD — диаметры. Вписанный угол ACB равен 38°. Найдите центральный угол AOD. Ответ дайте в градусах.

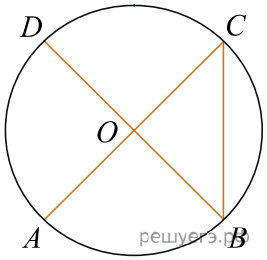

9. Тип 1 № 27870

В окружности с центром O отрезки AC и BD — диаметры. Центральный угол AOD равен 110°. Найдите вписанный угол ACB. Ответ дайте в градусах.

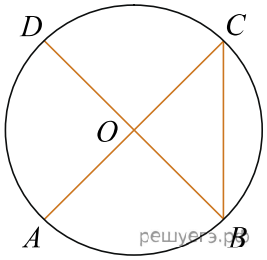

10. Тип 1 № 27885

Найдите угол ACB, если вписанные углы ADB и DAE опираются на дуги окружности, градусные величины которых равны соответственно 118° и 38°. Ответ дайте в градусах.

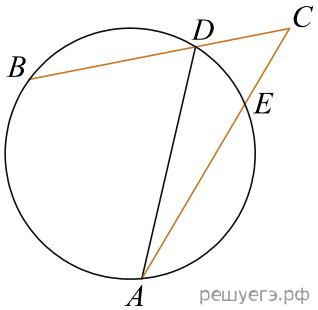

11. Тип 1 № 27886

Угол ACB равен 42°. Градусная величина дуги AB окружности, не содержащей точек D и E, равна 124°. Найдите угол DAE. Ответ дайте в градусах.

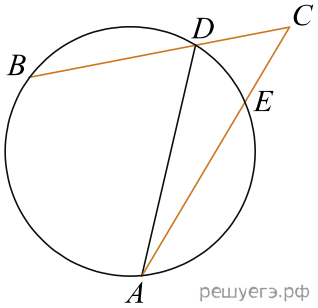

12. Тип 1 № 525110

Четырёхугольник $ABCD$ вписан в окружность. Угол ABD равен 61°, угол CAD равен 37° Найдите угол ABC. Ответ дайте в градусах.

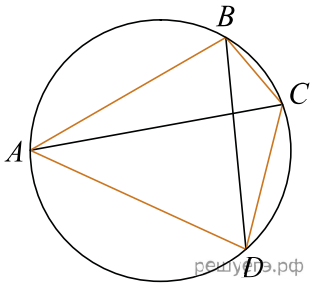

13. Тип 1 № 525131

Угол ABD равен 53°. Угол BCA равен 38°. Найдите вписанный угол BCD. Ответ дайте в градусах.

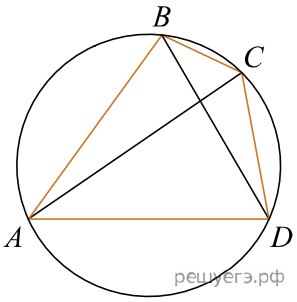

14. Тип 1 № 525719

Угол между двумя соседними сторонами правильного многоугольника, равен 160°. Найдите число вершин многоугольника.

15. Тип 1 № 526006

Четырёхугольник $ABCD$ вписан в окружность. Угол ABC равен 102° , угол CAD равен 46°. Найдите угол ABD. Ответ дайте в градусах.

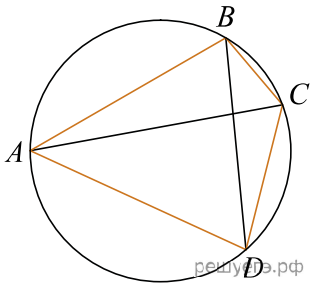

16. Тип 1 № 676844

На окружности по разные стороны от диаметра MN взяты точки K и P. Известно, что $\angle MNP = 36^\circ$. Найдите $\angle PKN$. Ответ дайте в градусах.